Funciones _ Conocimientos previos

2 jugadas • 18 jugadores

Un kahoot público

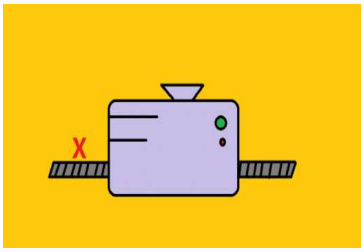

Preguntas (15)

1 - Quiz

¿Cuál es la imagen de x=9 en la función f(x)= x·(x -13)?

- 68 ✗
- -36 ✓
- 36 ✗
- 27 ✗

2 - Quiz

¿Con qué fórmula se corresponde la siguiente tabla?

VARIABLE INDEPENDIENTE	VARIABLE DEPENDIENTE
0	1
3	10
5	16
7	22

- $f(x) = x^2+1$ ✗
- $f(x) = 3x +1$ ✓
- $f(x) = 1$ ✗
- $f(x) = -x + 5$ ✗

3 - Quiz

¿Cuál de las siguientes funciones es creciente desde x=4 hasta x=7 y tiene un máximo en P(7,6)?

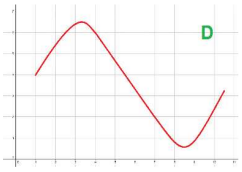

- A ✓
- B ✗
- C ✗
- D ✗

4 - Quiz

¿Cuál es el dominio de la función $f(x) = \frac{x-1}{x^2-x-6}$

120 s

- Todos los números reales ✗
- Todos los números reales excepto x=-2 y x=3 ✓
- No tiene dominio ✗
- Todos los números reales excepto x=1 ✗

5 - Quiz

Sabiendo que al conseguir Super Mario una moneda gana 75pts y que la partida comienza con 50pts

- y = 75x + 50 ✓
- y = 75x - 50 ✗
- y = 75x ✗
- y = 50x + 75 ✗

6 - Quiz

¿Cuál es el mínimo de la siguiente función?

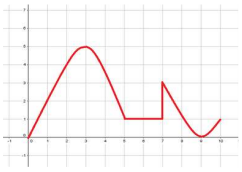

- (5, 1) ✗
- (7, 1) ✗
- (9, 0) ✗
- Eso no es una función 😡 ✓

7 - Quiz

¿Qué punto se encuentra en el eje de abscisas?

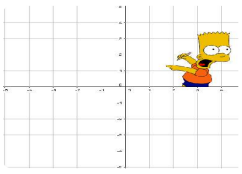

- (1, 10) ✗
- (0, 7) ✗
- (0, 0) ✓
- (3, 0) ✓

8 - Quiz

¿Cuál es la fórmula del área de un rectángulo de base 8 en función de su altura?



- f(x) = 8·x ✓
- y = 8·x ✓
- f(x) = 8+x ✗
- y = 8+x ✗

9 - Quiz

¿Una curva que contiene los puntos A=(3, 7) y B=(3, 4) . . .

- Va a ser que SI ✗
- Va a ser que NO ✓
- Ésta no me la sé ✗
- Me aburro 😩 ✗

10 - Quiz

La gráfica describe la altura de un dron en unos minutos de vuelo. ¿Cuál es la altura mínima que alcanza el dron?

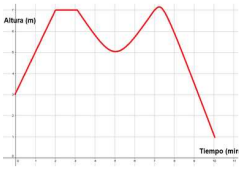

- 5 metros ✗
- 3 metros ✗
- 1 metro ✓
- 7 metros ✗

11 - Quiz

¿Cuáles son los puntos de corte con los ejes de la siguiente recta?

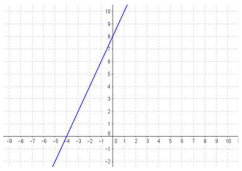

- Punto corte eje X: (-4,0) // Punto corte eje Y: (0,8) ✗
- Punto corte eje X: (-4,0) // Punto corte eje Y: (0,8) ✓
- Punto corte eje X: (0,-4) // Punto corte eje Y: (8,0) ✗
- Punto corte eje X: (0,-4) // Punto corte eje Y: (8,0) ✗

12 - Quiz

¡¡¡ ACERTIJO !!!

- 80 ✗
- 76 ✗
- 98 ✗
- 87 ✓

13 - Quiz

¿Cuál es el recorrido de la siguiente función?

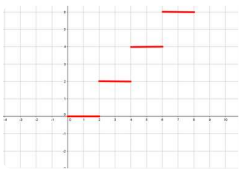

- Los números pares ✗
- Los números pares positivos ✓
- Todos los números positivos ✗
- Todos los números ✗

14 - Quiz

¿Cuáles son los máximos y los mínimos de la siguiente función?

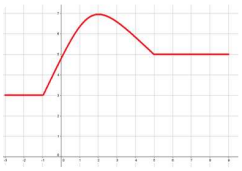

- Dos mínimos en (-1,3) y (5,5) ✗
- Me estoy liando 😓 ✗
- Un máximo en (2,7) ✓

15 - Quiz

¿Cuál es la ecuación de la función lineal o afín que ... ?

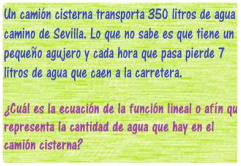

- y = 7x+350 ✗
- y = -7x + 350 ✓
- y = 350 ✗
- y = 7x ✗

Créditos de recursos